الجمهورية الجزائرية الديمقراطية الشعبية

وزارة التربية الوطنية — الديوان الوطني للامتحانات والمسابقات

امتحان بكالوريا التعليم الثانوي — دورة : جوان 2014

الشعبة : رياضيات

اختبار في مادة : علوم الطبيعة والحياة — المدة : 02 سا و30 د

على المترشح أن يختار أحد الموضوعين التاليين:

الموضوع الأول

التمرين الأول : (10 نقاط)

تأخذ البروتينات بعد تركيبها على مستوى الريبوزومات بنيات فراغية محددة لتؤدي وظيفتها داخل أو خارج الخلية.

1 – إن الوحدات البنائية للبروتين هي المسؤولة عن تحديد مستوى البنية الفراغية الممثلة في الوثيقة (1) يمثل الشكل (أ) جذور بعض هذه الوحدات، بينما يمثل الشكل (ب) قيم الـ pHi هذه الوحدات.

R_1	R_2	R_3	R_4
CH_2 – COOH	CH_2 – SH	$(CH_2)_4$ – NH_2	$(CH_2)_3$ – NH – C=NH – NH_2

الشكل أ

الشكل ج

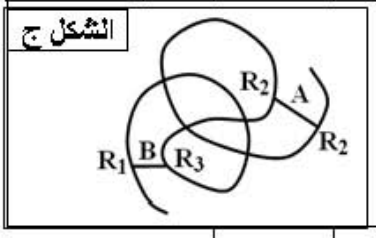

pHi = 9.8
pHi = 5
pHi = 3
pHi = 10.8

الشكل ب

الوثيقة 1

أ – انسب لكل حمض أميني قيمة الـ pHi المناسبة مع التعليل.

ب – α – ما هي نتائج الهجرة الكهربائية للأحماض الأمينية التي جذورها (R_1،R_2) عند pH الوسط =5 ؟ علّل.

β – اكتب الصيغ الكيميائية لهذين الحمضين الأمينيين في نفس الوسط pH=5.

ج – اكتب الصيغة الكيميائية لرباعي الببتيد الذي جذور أحماضه الأمينية كالتالي (R_2-R_1-R_3-R_4).

د – احسب عدد أنواع رباعي الببتيد الذي يمكن تركيبه من الوحدات البنائية ذات الجذور المبينة في الشكل (أ) من الوثيقة(1) بدون تكرار الحمض الأميني، و بتكرار الحمض الأميني.

– ماذا تستنتج ؟

2 – أ – تعرّف على مستوى البنية الممثلة في الشكل (ج) من الوثيقة (1).

ب – تنشأ بين الأحماض الأمينية أنواع من الروابط بعضها ممثل في الشكل (ج) من الوثيقة (1).

– استنتج أنواع هذه الروابط (A،B). ثم اقترح أنواعاً أخرى.

ج – ما أهمية هذه الروابط ؟

3– نعامل بروتين وظيفي باليوريا و بيتا مركبتو إيثانول كما هو ممثل في التجربة 1 و 2 للوثيقة (2).

أ – حلّل الوثيقة.

ب– من خلال تحليلك للوثيقة و ما سبق بيّن على ماذا تتوقف البنية الفراغية الوظيفية للبروتين.

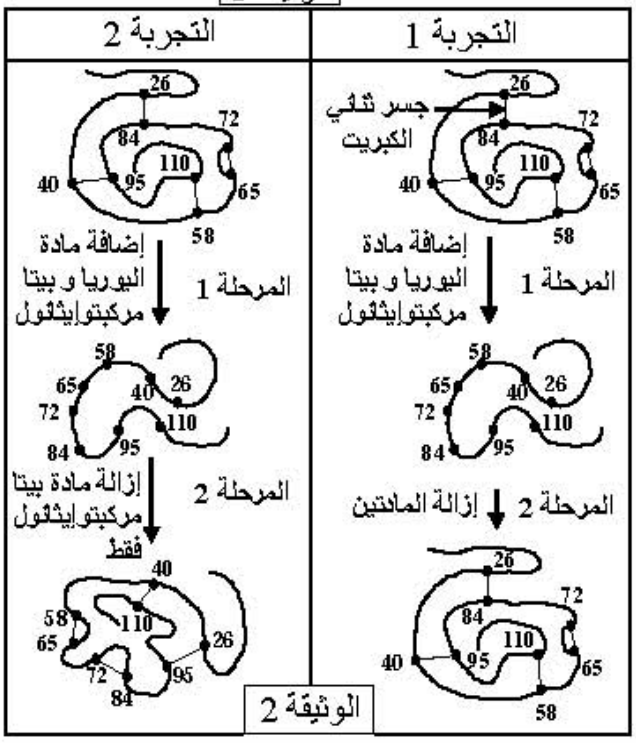

الوثيقة 2

www.dzexams.com

التمرين الثاني : (10 نقاط)

يمثل كل فرد وحدة بيولوجية مستقلة بذاتها، إذ تستطيع عضويته التمييز بين المكونات الخاصّة بالذات واللاذات. حيث يلعب الغشاء الهيولي دورا أساسيا في ذلك.

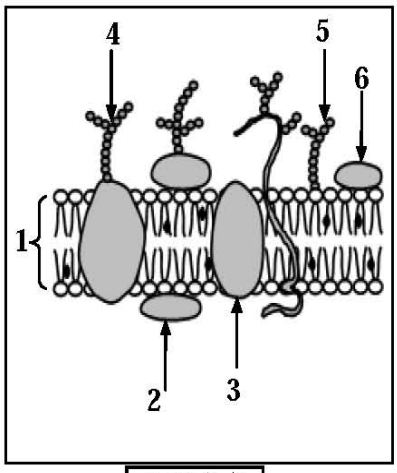

الوثيقة 1

1 – تبيّن الوثيقة (1) توضّع الجزيئات الكيميائية في الغشاء الهيولي حسب النموذج الفسيفسائي المائع.

بالاعتماد على الوثيقة (1):

أ– اكتب البيانات المرقمة من 1 إلى 6.

ب– قدّم وصفاً لتموضع الجزيئات الكيميائية ضمن الغشاء.

ج– علّل تسمية النموذج بالفسيفسائي المائع.

د– حدّد الجزيئات الكيميائية المميزة للذات مدعماً إجابتك بتجربة تؤكد ذلك.

2 – لإبراز دور البنية الممثلة في الوثيقة (1) في تحديد الهوية البيولوجية، نقترح الشكل (أ) من الوثيقة (2) الذي يمثل الشروط التجريبية و النتائج المحصل عليها.

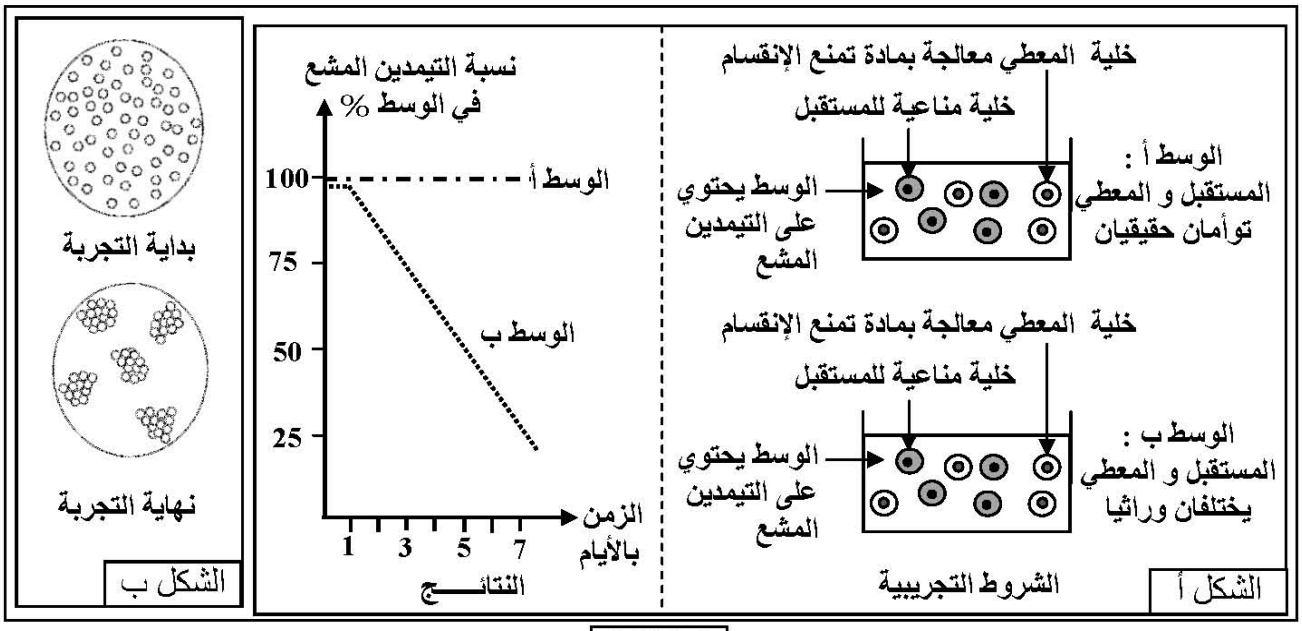

الوثيقة 2

أ – فسّر النتائج المحصل عليها.

ب – باستغلال النتيجة المحصل عليها، بيّن كيف أن البنية الممثلة في الوثيقة (1) تحدّد الهوية البيولوجية للفرد.

3 – في إطار نفس الدراسة، تؤخذ كمية من مصل دم شخص (س) مجهول الزمرة الدموية و توضع على قطرة دم شخص (ص) زمرته A، فكانت نتائج الملاحظة المجهرية، كما هي مبينة في الشكل (ب) للوثيقة (2).

أ – علّل النتائج المحصل عليها، مدعّما إجابتك برسم تخطيطي.

ب – ما هي زمرة الشخص (س)؟ علّل ذلك.

4 – معتمدًا على النتائج المتوصل إليها، قدّم إذا تعريفا دقيقا للذات واللاذات.

www.dzexams.com